上 海 交 通 大 学 试 卷（物理 144A 卷）

（ 2010 至 2011 年 第 2 学期 ）　　（2010-6-27）

班级号_____　学号_____　姓名 _____

课程名称 _____大学物理_____　成绩 _____

注意：（1）试卷共三张，（2）填空题空白处写上关键式子，可参考给分．计算题要列出必要的方程和解题的关键步骤．（3）第四张是草稿纸．

一、填空题（共 58 分）

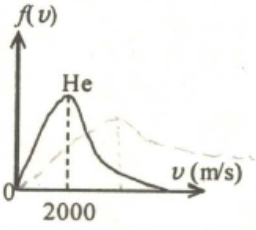
1、（本题 6 分）氦气分子的速率分布曲线如图所示，试在图上画出同温度下氢气分子的速率分布曲线的大致情况，氢气分子在该温度时的最可几速率为 2828.43；方均根速率为 3464.1。

$v_p=\sqrt{\frac{2K_BT}{m}}=\sqrt{\frac{2RT}{M}}$　$m_{He}>m_{H_2}$

$v_{pH_2}=2000=\sqrt{\frac{2R_0T}{2M_{H_2}}}=\sqrt{\frac{RT}{M_{H_2}}}$

$v_{pH_2}=\sqrt{2}\sqrt{\frac{RT}{M_{H_2}}}=2000\sqrt{2}$　$\sqrt{v_{H_2}^2}=\sqrt{3}\sqrt{\frac{RT}{M_{H_2}}}=2000\sqrt{3}$

$\sqrt{v^2}=\sqrt{\frac{3K_0T}{m}}=\sqrt{\frac{3RT}{M}}$



2、（本题 4 分）可逆卡诺热机工作在温度为 T_1 =400 K 的高温热源和温度为 T_2 =300 K 的低温热源之间，在一个循环过程中卡诺热机对外做的净功 A＝200 J，则该卡诺热机在一个循环过程中向低温热源释放热量 Q_2= 600J。

$\eta=1-\frac{T_2}{T_1}=\frac{A}{Q_1}$　$A=Q_1-Q_2$　$Q_1=\frac{A}{\eta}$　$Q_2=Q_1-A=\frac{A}{\eta}-A=A(\frac{1}{\eta}-1)=A\frac{T_2}{T_1-T_2}$

3、（本题 4 分）热力学第二定律的开尔文表述和克劳修斯表述是等价的，表明在自然界中与热现象有关的实际宏观过程都是不可逆的，开尔文表述指出了

_____功变热_____的过程是不可逆的，而克劳修斯表述指出了

_____热传导_____的过程是不可逆的。

4、（本题 6 分）有一瓶质量为 M 的氢气（视为刚性双原子分子的理想气体，摩尔质量为 M_{mol}），温度为 T，则氢分子的平均平动动能为 $\frac{3}{2}kT$，氢分子的平均动能为 $\frac{5}{2}kT$，该瓶氢气的内能为 $\frac{M}{M_{mol}}\frac{5}{2}RT$。

我承诺，我将严格遵守考试纪律。

承诺人：_____

题号	一	二 1	二 2	二 3	二 4
得分					
批阅人(流水阅卷教师签名处)					

5、(本题 4 分) 在平衡状态下，已知理想气体分子的麦克斯韦速率分布函数为 $f(v)$、一个分子的质量为 m、最可几速率为 v_p，试说明下列各式的物理意义：

(1) $\int_{v_p}^{\infty} f(v)\mathrm{d}v$ 表示 速率在 $v_p \sim \infty$ 速率范围内分子数占总分子数之比率 ；

(2) $\int_0^{\infty} \frac{1}{2}mv^2 f(v)\mathrm{d}v$ 表示 分子平动动能之平均值 。

6、(本题 2 分) 某理想气体等温压缩到给定体积时外界对气体做功 $|A_1|$，又经绝热膨胀返回原来体积时气体对外做功 $|A_2|$，则整个过程中气体内能的增量 $\Delta E =$ $-|A_2|$ 。

$\Delta E = \Delta Q + \Delta A$ ①. $\Delta E = 0$ ②. $\Delta Q = 0$

7、(本题 4 分) 已知分子数密度为 n，速度分布函数为 $F(v_x, v_y, v_z)$，则速度分量在 $v_x \sim v_x + \mathrm{d}v_x$，$v_y \sim v_y + \mathrm{d}v_y$，$v_z \sim v_z + \mathrm{d}v_z$ 区间中的分子数密度为

$nF(v_x, v_y, v_z)\mathrm{d}v_x\mathrm{d}v_y\mathrm{d}v_z$ ；


在 $\mathrm{d}t$ 时间内与面元 $\mathrm{d}A$ 相碰在该速度区间的分子数为 $v_x \mathrm{d}t \mathrm{d}s\, nF(v_x, v_y, v_z)\mathrm{d}v_x\mathrm{d}v_y\mathrm{d}v_z$ 。

8、(本题 4 分) 声源的频率为 ν，以速度 v_s 向静止的观察者运动。如空气在流动，风速为 u_w，方向从声源吹向观察者，则观察者听到的频率为 $\frac{u+u_w}{u+u_w-v_s}\nu$ (声音在静止空气中的传播速度为 u)。

观察者接收到声音相对速度为 $u+u_w$

$\frac{u}{u+v_s}\nu$

9、（本题 4 分）两个同方向，同频率的简谐振动，其合振动的振幅为$10\sqrt{3}$cm，与第一个振动的相位差为$\frac{\pi}{6}$。若第一个振动的振幅为10cm。则第二个振动的振幅为 _____；两简谐振动的相位差为 _____。



$A_2^2 = A_1^2 + A^2 - 2A_1A\cos\frac{\pi}{6}$
$= 100 + 300 - 200\sqrt{3}\cdot\frac{\sqrt{3}}{2}$
$= 400 - 300 = 100$

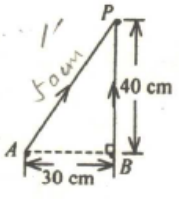
$A^2 = A_1^2 + A_2^2 + 2\cos(\varphi_2-\varphi_1)\cdot A_1A_2$
$300 = 100 + 100 + 200\cos(\varphi_2-\varphi_1)$
$\cos(\varphi_2-\varphi_1) = \frac{1}{2}$
$\varphi_2-\varphi_1 = \frac{\pi}{3}$

10、（本题 4 分）图中 A、B 是两个相干的点波源，它们的振动相位差为π（反相）。A、B 相距 30 cm，观察点 P 和 B 点相距 40 cm，且 $\overline{PB}\perp\overline{AB}$。若发自 A、B 的两波在 P 点处最大限度地互相削弱，则波长最长可以达到 10cm。

相干：同频、同向、相差恒定

$y_1 = A_1\cos(\omega t - kr_1 + \varphi_1)$
$y_2 = A_2\cos(\omega t - kr_2 + \varphi_2)$
$A = \sqrt{A_1^2 + A_2^2 + 2A_1A_2\cos\Delta\varphi}$
$\Delta\varphi = \varphi_2 - \varphi_1 - k(r_2 - r_1)$

设：$\varphi_2 - \varphi_1 = \pi$　$r_2 - r_1 = 50 - 40 = 10$
相消条件：$\Delta\varphi = \pm(2n+1)\pi$，$n = 0, 1, 2, \cdots$
$\pi - k\Delta r = \pm(2n+1)\pi$
$-10\frac{2\pi}{\lambda} = \pm(2n+1)\pi - \pi = \begin{cases} 2n\pi \\ -2(n+1)\pi \end{cases}$
$\lambda = \frac{10}{n+1}$　$n = 0$ 时 λ 最长为 10cm

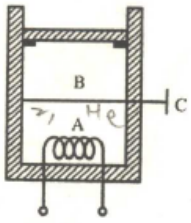


11、（本题 6 分）一平面简谐波，频率为 ν，波速为 u，在横截面面积为 S 的管内空气中传播，若在 t（$t >> \frac{1}{\nu}$）的时间内通过截面的能量为 E，则通过截面的平均能流为 $\frac{E}{t}$；波的平均能流密度为 $E/(St)$；波的平均能量密度为 $\frac{E}{StU}$。

12、（本题 6 分）如图所示，一圆柱形绝热容器，其上方活塞由侧壁突出物支持着，其下方容积共10L，被隔板C分成体积相等的A、B两部分。下部A装有2mol氦气（视为理想气体），温度为27°C；上部B为真空。抽开隔板C，使气体充满整个容器（10L），且平衡后气体对活塞的压力正好与活塞自身重量平衡。抽开C板后，气体的终态温度为 27°C，此过程中气体的熵变为 $2R\ln 2$；若随后通过电阻丝对气体缓慢加热使气体膨胀到14L，此过程中气体的熵变为 $5R\ln\frac{7}{5}$。

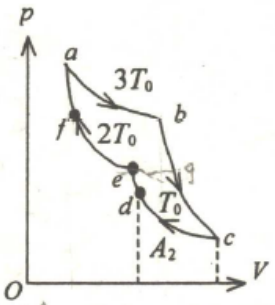
$(P_0, T_0, 5L) \rightarrow (P_1, T_1, 10L)$
$\Delta Q = 0$　$\Delta A = 0 \Rightarrow \Delta E = 0 \Rightarrow \Delta T = 0$
$\Delta S = \nu R\ln\frac{V_2}{V_1} = 2R\ln 2$

$C_{p,m} = \frac{5}{2}R$
$\Delta S = \int_{T_1}^{T_2}\frac{2C_{p,m}\,dT}{T} = 5R\ln\frac{T_2}{T_1} = 5R\ln\frac{V_2}{V_1} = 5R\ln\frac{7}{5}$



13、（本题 4 分）一热力学系统做如图所示的可逆循环过程，其中 *ab*、*cd*、*ef* 均为等温过程，其相应的温度分别为 $3T_0$、T_0、$2T_0$；*bc*、*de*、*fa* 均为绝热过程。设该循环过程所包围的面积为 A_1，*cd* 过程曲线下的面积为 A_2。则 *cdefa* 过程中系统熵的增量

为 $(A_2-A_1)/T_0$。



cd: $\Delta E=0$ $-Q_2+A_2=0$ $Q_2=A_2$

逆向看，设 e→g 系统吸热 Q_1'，e→f 系统放热 Q_2'

a→b 系统吸热 Q_1，g→f 系统放热 $Q_1'+Q_2'$

对整个循环：$\Delta E=0$，$A_1=Q_1-Q_2'-Q_2$

对于 abgefa：$\eta=1-\frac{2T_0}{3T_0}=1-\frac{Q_2'+Q_1'}{Q_1}\Rightarrow\frac{Q_2'+Q_1'}{Q_1}=\frac{2}{3}$

对于 egcde：$\eta=1-\frac{T_0}{2T_0}=1-\frac{Q_2}{Q_1'}\Rightarrow\frac{Q_2}{Q_1'}=\frac{1}{2}$

$\therefore Q_1'=2Q_2=2A_2$，$Q_1=\frac{3}{2}(Q_2'+Q_1')$

$\Rightarrow A_1=\frac{3}{2}(Q_2'+Q_1')-Q_2'-Q_2\Rightarrow\frac{1}{2}Q_2'=A_1+Q_2-\frac{3}{2}Q_1'=A_1-2A_2$ $Q_2'=2(A_1-2A_2)$

$\Delta S=-\frac{Q_2'}{2T_0}-\frac{Q_2}{T_0}=\frac{2A_2-A_1}{T_0}-\frac{A_2}{T_0}=\frac{A_2-A_1}{T_0}$

$\frac{Q_1}{3T_0}-\frac{Q_2}{T_0}-\frac{Q_2'}{2T_0}=\frac{Q_1-Q_2-Q_2'}{2T_0}=A_1$

$Q_2=A_2$

二、计算题（共 42 分）

1、（本题 10 分）已知某粒子系统中粒子的速率分布函数为

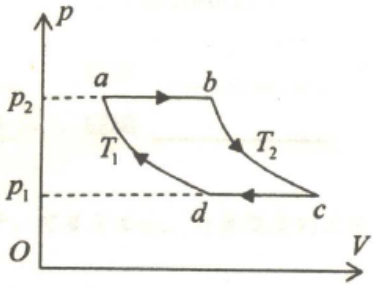
$$f(v)=\begin{cases}Kv^3 & 0\le v\le v_0\\ 0 & v_0<v<\infty\end{cases}$$

求：(1) 比例常数 K；

(2) 粒子的平均速率 $\overline{v}$；

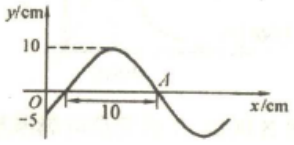
(3) 速率 v_1，使得速率在 $0\sim v_1$ 之间的粒子占总粒子数为 $\frac{1}{16}$。

2、（本题 10 分）双原子理想气体做如图所示的可逆循环过程，其中 bc、da 分别是温度为 T_2、T_1 的等温过程，ab、cd 为等压过程。试求该循环的效率。



3、（本题 12 分）已知一沿 x 轴正方向传播的平面余弦波，$t=\frac{1}{2}$s 时的波形如图所示，且周期 T 为 2s。

（1）写出 O 点的振动表达式；
（2）写出该波的波动表达式；
（3）写出 A 点的振动表达式；
（4）求 A 点离 O 点的距离。



4、（本题 10 分）如图所示，某绝热容器体积为V，装有一定量双原子理想气体，容器壁上有一细管与外界相通（大气压强为p_0）。容器内有一电热丝对气体加热，温度逐渐由T_1升到T_2，求此过程中电热丝放出的热量Q及容器内气体内能的增量ΔE。

