2015～2016 学年第一学期期末考试试卷

《大学物理 2B》（ A卷 共 4 页）

（考试时间： 2016 年 1 月 18 日）

题号	一	二	三 (21)	四 (22)	五 (23)	六 (24)	成绩	核分人签字
得分								

一、选择题（每题 3 分，共 10 题）

1、一质点在 x 轴上作简谐振动，振辐 $A=4$ cm，周期 $T=2$ s，其平衡位置取作坐标原点．若 $t=0$ 时刻质点第一次通过 $x=-2$ cm 处，且向 x 轴负方向运动，则质点第二次通过 $x=-2$ cm 处的时刻为

(A) 1 s.　　(B) (2/3) s.

(C) (4/3) s.　　(D) 2 s.　　[B]

2、在弦线上有一简谐波，其表达式是

$$y_1=2.0\times10^{-2}\cos[2\pi(\frac{t}{0.02}-\frac{x}{20})+\frac{\pi}{3}]\quad(\text{SI})$$

为了在此弦线上形成驻波，并且在 $x=0$ 处为一波节，此弦线上还应有一简谐波，其表达式为：

(A) $y_2=2.0\times10^{-2}\cos[2\pi(\frac{t}{0.02}+\frac{x}{20})+\frac{\pi}{3}]$ (SI).

(B) $y_2=2.0\times10^{-2}\cos[2\pi(\frac{t}{0.02}+\frac{x}{20})+\frac{2\pi}{3}]$ (SI).

(C) $y_2=2.0\times10^{-2}\cos[2\pi(\frac{t}{0.02}+\frac{x}{20})+\frac{4\pi}{3}]$ (SI).

(D) $y_2=2.0\times10^{-2}\cos[2\pi(\frac{t}{0.02}+\frac{x}{20})-\frac{\pi}{3}]$ (SI).　　[C]

3、当一平面简谐机械波在弹性媒质中传播时，下述各结论哪个是正确的？

(A) 媒质质元的振动动能增大时，其弹性势能减小，总机械能守恒.

(B) 媒质质元的振动动能和弹性势能都作周期性变化，但二者的相位不相同.

(C) 媒质质元的振动动能和弹性势能的相位在任一时刻都相同，但二者的数值不相等.

(D) 媒质质元在其平衡位置处弹性势能最大.　　[D]

4、波长 λ=550 nm(1nm=10^{-9}m)的单色光垂直入射于光栅常数 $d=2\times10^{-4}$ cm 的平面衍射光栅上，可能观察到的光谱线的最大级次为

(A) 2.　　(B) 3.　　(C) 4.　　(D) 5.　　[B]

5、在真空中沿着 x 轴正方向传播的平面电磁波，其电场强度波的表达式是 $E_z=E_0\cos2\pi(\nu t-x/\lambda)$，则磁场强度波的表达式是：

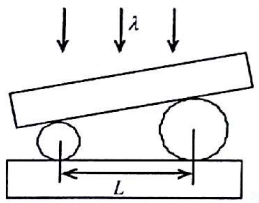
(A) $H_y=\sqrt{\varepsilon_0/\mu_0}E_0\cos2\pi(\nu t-x/\lambda)$.

(B) $H_z=\sqrt{\varepsilon_0/\mu_0}E_0\cos2\pi(\nu t-x/\lambda)$.

(C) $H_y=-\sqrt{\varepsilon_0/\mu_0}E_0\cos2\pi(\nu t-x/\lambda)$.

(D) $H_y=-\sqrt{\varepsilon_0/\mu_0}E_0\cos2\pi(\nu t+x/\lambda)$.　　[C]

6、如图所示，两个直径有微小差别的彼此平行的滚柱之间的距离为 L，夹在两块平晶的中间，形成空气劈尖，当单色光垂直入射时，产生等厚干涉条纹．如果两滚柱之间的距离 L 变大，则在 L 范围内干涉条纹的



题 6 图

(A) 数目增加，间距不变.

(B) 数目减少，间距变大.

(C) 数目增加，间距变小.

(D) 数目不变，间距变大.　　[D]

7、一束光强为 I_0 的自然光，相继通过三个偏振片 P_1、P_2、P_3 后，出射光的光强为 $I=I_0/8$．已知 P_1 和 P_3 的偏振化方向相互垂直，若以入射光线为轴，旋转 P_2，要使出射光的光强为零，P_2 最少要转过的角度是

(A) 30°.　　(B) 45°.

(C) 60°.　　(D) 90°.　　[B]

8、在加热黑体过程中，其单色辐出度的最大值对应的波长由 0.8μm 变到 0.4μm，则其总辐出度增大为原来的

(A) 2 倍.　　(B) 4 倍.

(C) 8 倍.　　(D) 16 倍.　　[D]

9、电子显微镜中的电子从静止开始通过电势差为 U 的静电场加速后，其德布罗意波长是 0.04 nm，则 U 约为

(A) 150 V .　　(B) 330 V .

(C) 630 V .　　(D) 940 V .　　[D]

（$h=6.63\times10^{-34}$ J·s，$m_e=9.1\times10^{-31}$ kg，$e=1.6\times10^{-19}$ C）

10、在氢原子的 L 壳层中，电子可能具有的量子数(n，l，m_l，m_s)是

(A) (1，0，0，$-\frac{1}{2}$).　　(B) (2，1，-1，$\frac{1}{2}$).

(C) (2，0，1，$-\frac{1}{2}$).　　(D) (3，1，-1，$-\frac{1}{2}$).　　[B]

更多考试真题

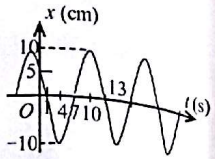
请扫码获取



天南情报站

二、填空题（每题 3 分，共 10 题）

11、一简谐振动用余弦函数表示，其振动曲线如图所示，则此简谐振动的三个特征量为



题 11 图

A=＿10 cm＿＿；ω=＿$\frac{\pi}{6}$ rad/s＿＿；

φ_0=＿$\frac{\pi}{3}$＿＿.

12、两个同方向同频率的简谐振动，其振动表达式分别为：

$x_1 = 6\times10^{-2}\cos(5t+\frac{1}{2}\pi)$ (SI)，　$x_2 = 2\times10^{-2}\cos(\pi-5t)$ (SI)

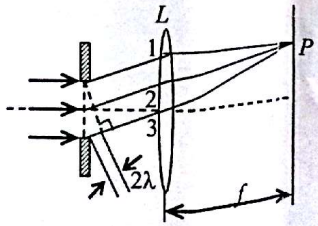
它们的合振动的振辐为＿6.32 cm＿＿，初相为＿$\pi-\arctan 3$＿＿.

13、两个相干点波源 S_1 和 S_2，它们的振动方程分别是 $y_1 = A\cos(\omega t+\frac{1}{2}\pi)$ 和 $y_2 = A\cos(\omega t-\frac{1}{2}\pi)$．波从 S_1 传到 P 点经过的路程等于 2 个波长，波从 S_2 传到 P 点的路程等于 7/2 个波长．设两波波速相同，在传播过程中振幅不衰减，则两波传到 P 点的振动的合振幅为＿2A＿＿.

14、若在迈克耳孙干涉仪的可动反射镜 M 移动 0.620 mm 过程中，观察到干涉条纹移动了 2300 条，则所用光波的波长为＿539.1＿＿nm．(1 nm=10^{-9} m)

15、在单缝夫琅禾费衍射示意图中，所画出的各条正入射光线间距相等，那么光线 1 与 2 在幕上 P 点上相遇时的相位差为＿2π＿＿，

P 点处应为＿明＿＿纹.



题 15 图

16、用波长为λ的单色平行红光垂直照射在光栅常数 d=2μm (1μm=10^{-6} m)的光栅上，用焦距 f=0.500 m 的透镜将光聚在屏上，测得第一级谱线与透镜主焦点的距离 l=0.1667m．则可知该入射的红光波长 λ=＿666.8＿＿nm．(1 nm =10^{-9} m)

17、一束平行的自然光，以 60°角入射到某平板玻璃表面上．若反射光束是完全偏振的，则

透射光束的折射角是＿30°＿＿；该玻璃的折射率为＿$\sqrt{3}$＿＿.

18、在康普顿散射中，若入射光子与散射光子的波长分别为 λ 和 λ'，则反冲电子获得的动能 E_K=＿$\frac{hc}{\lambda}-\frac{hc}{\lambda'}$＿＿.

19、设描述微观粒子运动的波函数为 $\Psi(\vec{r},t)$，则 $\Psi\Psi^*$ 表示

＿粒子在 t 时刻在(x,y,z)处出现的概率密度.＿＿；

$\Psi(\vec{r},t)$ 须满足的标准条件是＿单值、有限、连续.＿＿；

其归一化条件是＿$\iiint|\Psi|^2 dx\,dy\,dz = 1$＿＿.

20.氢原子从能量为－0.85 eV 的状态跃迁到能量为－3.4 eV 的状态时，所发射的光子能量是＿2.55＿＿eV，这是电子从 n=＿4＿＿的能级到 n = 2 的能级的跃迁.

三、计算题（每题 10 分，共 4 题）

21、在一轻弹簧下端悬挂 $m_0 = 100$ g 砝码时，弹簧伸长 8 cm．现在这根弹簧下端悬挂 $m = 250$ g 的物体，构成弹簧振子．将物体从平衡位置向下拉动 4 cm，并给以向上的 21 cm/s 的初速度（令这时 $t = 0$）．选 x 轴向下为正方向，求振动方程的表达式．

解：求振动表达式：$x(t) = A\cos(\omega t + \phi)$

① 先求弹簧的劲度系数 $K \to \omega$

$K = \frac{mg}{\Delta l} = \frac{0.1 \times 9.8}{0.08} = 12.25$ N/m

$\omega = \sqrt{\frac{K}{m}} = \sqrt{\frac{12.25}{0.25}} = 7$ rad/s

② 由初始条件 $\begin{cases} x_0 = 4\text{ cm} \\ v_0 = -21\text{ cm/s} \end{cases}$ 求 $\begin{cases} A = \sqrt{x_0^2 + \frac{v_0^2}{\omega^2}} \\ \tan\phi = -\frac{v_0}{x_0\omega} \end{cases}$

$A = \sqrt{x_0^2 + \frac{v_0^2}{\omega^2}} = \sqrt{4^2 + (\frac{21}{7})^2} = 5$ cm

$\tan\phi = -\frac{v_0}{x_0\omega} = -\frac{(-21)}{4 \times 7} = \frac{3}{4}$

$\therefore \phi = \arctan\frac{3}{4}$ or $\pi + \arctan\frac{3}{4}$

由初始条件 $x_0 > 0$，$v_0 < 0$ 知：$\phi = \arctan\frac{3}{4} = 0.64$ rad

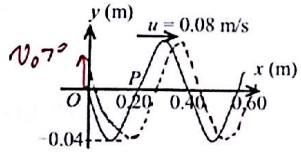
∴ 所求弹簧振子的振动表达式为：

$x(t) = 0.05\cos(7t + 0.64)$ (m)

22、图示一平面简谐波在 $t = 0$ 时刻的波形图，求

(1) 该波的波动表达式；

(2) P 处质点的振动方程．



题 22 图

解：由图上信息可知：

$A = 0.04$ m

$\lambda = 0.4$ m

$u = 0.08$ m/s

(1) 求波动表达式：$y(x,t) = A\cos(\omega t - \frac{2\pi}{\lambda}x + \phi)$

其中：$\omega = \frac{2\pi}{T} = 2\pi\frac{u}{\lambda} = 2\pi \times \frac{0.08}{0.4} = \frac{2\pi}{5}$ rad/s

求初相位 ϕ：从原点 O 的初始条件判断

$x=0,\ t=0$：$y_0(0,0) = A\cos\phi = 0 \Rightarrow \phi = \frac{\pi}{2}$ or $\frac{3\pi}{2}$

$v_0(0,0) = -\omega A\sin\phi > 0$

∴ 可知 $\phi = \frac{3\pi}{2}$（或写成 $-\frac{\pi}{2}$）

∴ 波动表达式为 $y(x,t) = 0.04\cos(\frac{2\pi}{5}t - 5\pi x + \frac{3\pi}{2})$ (m)

或 $-\frac{\pi}{2}$

(2) 将 P 点的坐标代入波动表达式：$x_P = 0.2$ m

$y_P(x,t) = 0.04\cos(\frac{2\pi}{5}t - 5\pi \times 0.2 + \frac{3\pi}{2})$ 或 $0.04\cos(\frac{2\pi}{5}t - 5\pi \times 0.2 - \frac{\pi}{2})$

$= 0.04\cos(\frac{2\pi}{5}t - \pi + \frac{3\pi}{2})$ $= 0.04\cos(\frac{2\pi}{5}t - \pi - \frac{\pi}{2})$

$= 0.04\cos(\frac{2\pi}{5}t + \frac{\pi}{2})$ (m) $= 0.04\cos(\frac{2\pi}{5}t - \frac{3\pi}{2})$ (m)

23、在双缝干涉实验中，波长$\lambda=550$ nm 的单色平行光垂直入射到双缝间距 $d=2\times10^{-4}$ m 的双缝上，屏到双缝的距离 $D=2$ m．求：

(1) 中央明纹两侧的两条第 10 级明纹中心的间距；

(2) 用一厚度为 $e=6.6\times10^{-6}$m、折射率为 $n=1.50$ 的玻璃片覆盖一缝后，零级明纹将移到原来的第几级明纹处？(1 nm = 10^{-9} m)

解：此题是杨氏双缝干涉，不涉及光栅（无缝宽）

(1) 利用双缝干涉明纹条件：$d\sin\theta = k\lambda$

其中 $\sin\theta \approx \frac{x}{D}$　x 为屏上距中心的距离

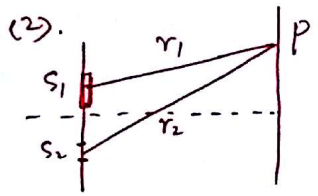
得屏上明纹的位置：$x = k\frac{D}{d}\lambda$

±10 级明纹之间的距离为 $\Delta x = 10\frac{D}{d}\lambda - (-10)\frac{D}{d}\lambda$

$= 20\frac{D}{d}\lambda$

$= \frac{20\times 2\times 550\times10^{-9}}{2\times10^{-4}} = 0.11$(m)

(2).



将厚度为 e，所料为 n 的玻璃片覆盖一缝 S_1

该路光程变为 $ne + r_1 - e$

其中 r_1 为缝 S_1 到屏上一点 P 的距离

缝 S_2 到 P 点的距离为 r_2 不变，光程也为 r_2

假设此时 P 点为新的中央明纹，即两路光光程到 P 相等．

$ne + r_1 - e = r_2$

则有：$r_2 - r_1 = (n-1)e$

即在没有玻璃片覆盖 S_1 时，P 点处两路光程差为 $\delta = r_2 - r_1 = (n-1)e$

该点对应的明纹条件：$\delta = (n-1)e = k\lambda$

$\therefore k = \frac{(n-1)e}{\lambda} = \frac{(1.5-1)\times 6.6\times10^{-6}}{550\times10^{-9}} = 6$

∴ 新的零级明纹移到了原来第 6 级明纹处．

24、光电管的阴极用逸出功为 $A = 2.2$ eV 的金属制成，今用一单色光照射此光电管，阴极发射出光电子，测得遏止电势差为$|U_a| = 5.0$ V，试求：

(1) 光电管阴极金属的光电效应红限波长；

(2) 入射光波长．

（普朗克常量 $h = 6.63\times10^{-34}$ J·s，　基本电荷 $e = 1.6\times10^{-19}$ C）

解：此题考的是爱因斯坦光电方程：$h\nu = A + \frac{1}{2}mv_0^2$

(1)．光电效应红限波长，对应要使光电效应能发生的入射光最低频率 ν_0，（至少吸收光子能量等于逸出功 A）

即：$h\nu_0 = A$

$\therefore \frac{hc}{\lambda_0} = A$

$\therefore \lambda_0 = \frac{hc}{A} = \frac{6.63\times10^{-34}\times 3\times10^8}{2.2\times1.6\times10^{-19}} = 565$ nm

(2)．由遏止电压可知：$e|U_a| = \frac{1}{2}mv_0^2$

$\therefore h\nu = A + \frac{1}{2}mv_0^2 = A + e|U_a| = 2.2\text{eV} + 5.0\text{eV} = 7.2\text{eV}$

$\therefore \frac{hc}{\lambda} = 7.2$ eV

$\therefore \lambda = \frac{hc}{7.2\text{eV}} = \frac{6.63\times10^{-34}\times 3\times10^8}{7.2\times1.6\times10^{-19}} = 173$ nm